(1) સર્જકતાનો વિકાસ

(A) પુખ્તાવસ્થામાં અપેક્ષિત છે. (B) તરુણાવસ્થામાં અપેક્ષિત છે.

(C) ઉત્તર બાલ્યાવસ્થામાં અપેક્ષિત છે. (D) પૂર્વશાલય અવસ્થામાં અપેક્ષિત છે.

(2) ZPD એટલે જ્ઞાનાત્મક વિકાસની એવી અવસ્થા જેમાં.....

(A) બાળક કોઈ પણ કાર્ય સ્વતંત્ર રીતે કરી શકે છે.

(B) તેને યોગ્ય મદદ મળે તો તે કાર્ય પર પ્રભુત્વ મેળવી શકે છે.

(C) તેને ગમે તેટલી મદદ મળે તો પણ તે કાર્ય કરવા તે અસમર્થ છે.

(D) તેનો માનસિક વિકાસ પૂર્ણ થાય છે.

(3) ડિસ્લેક્સિક બાળકોને નીચેના પૈકી કયું લક્ષણ લાગુ પડે છે ?

(A) તેઓ ગણન સંબંધિત મુશ્કેલી અનુભવે છે.

(B) તેઓ શ્રવણ સંબંધિત મુશ્કેલી અનુભવે છે.

(C) તેઓ 70 થી નીચો બુદ્ધિઆંક ધરાવે છે.

(D) શબ્દોનાં ઉચ્ચારણો અસ્પષ્ટ કરે છે.

(4) શિશુ અવસ્થામાં ..... ઓળખવા માટે ક્રાઇબોગ્રામનો ઉપયોગ થાય છે.

(A) શ્રવણ - ક્ષતિ (B) વાચાદોષ

(C) દશ્ય - ક્ષતિ (D) મગજનો લકવો

(5) રાધા તેની શાળાથી પૂર્વ દિશામાં 10 km દૂર ચાલે છે ત્યારબાદ તે પોતાની જમણી બાજુએ 5 km ચાલે છે અને ત્યાં આવેલી સ્ટેશનરીની દુકાનેથી નોટબુકની ખરીદી કરે છે. તો આ સ્ટેશનરીની દુકાન શાળાથી કઈ દિશામાં આવેલ હશે ?

(A) પૂર્વ દક્ષિણ (B) ઉત્તર પૂર્વ

(C) દક્ષિણ પશ્ચિમ (D) ઉત્તર પશ્ચિમ

(6) જો કોઈ 36 ઈંચ લાંબી કપડાંની પટ્ટી ધોવાથી સંકોચાઈને 33 ઈંચની થઈ જાય છે. તો 48 ઈંચની કપડાંની પટ્ટી ધોવાતાં કેટલાં ઈંચની થશે ?

(A) 44" (B) 42"

(C) 45" (D) 46"

(7) માનવ અંગેનો કોનો મત વિધાયક અને આશાવાદી છે ?

(A) મેસ્લો (B) રોજર્સ

(C) યુંગ (D) ફ્રોઈડ

(8) વ્યક્તિ કયા પ્રકારની વિશિષ્ટ શક્તિઓ ધરાવે છે તે નક્કી કરવા કઈ કસોટીઓનો ઉપયોગ થાય છે ?

(A) બુદ્ધિ કસોટીઓ (B) શક્તિ કસોટીઓ

(C) અભિયોગ્યતા (D) અભિરૂચિ કસોટીઓ

(9) કોના મતે બોધાત્મક ક્ષમતા એ બાહ્ય વાતાવરણ સાથે વિચારપૂર્વક અને પ્રભાવી રીતે કાર્ય કરવાની ક્ષમતા છે ?

(A) પિયાજે (B) વુડવર્થ

(C) બ્રુનર (D) સ્ટોટ

(10) હળવી મનોદુર્બળતાનો બુદ્ધિઆંક કેટલો હોય છે ?

(A) 20 થી ઓછો (B) 20 થી 24

(C) 35 થી 49 (D) 50 થી 69

(11) અક્ષમતાવાળા બાળકોને ઈન્દ્રિયો દ્વારા શિક્ષણની હિમાયત કોણે કરી હતી ?

(A) ગ્રેસ ફર્નોલ્ડ (B) સ્કિનર

(C) મારિયા મોન્ટેસરી (D) ગેરહાર્ટ

(12) 'બાળકને ફળોનો ખ્યાલ છે, તો તેનાથી આગળ તેના સ્વાદ વિશે શીખવીએ.' - આ વિધાન નીચેના પૈકી કયા સિદ્ધાંતને રજૂ કરે છે ?

(A) સરળથી કઠિન (B) અંશથી સંપૂર્ણ

(C) મૂર્તથી અમૂર્ત (D) જ્ઞાતથી અજ્ઞાત

(13) બાળક વર્ગમાં ફ્લેશકાર્ડમાં 7 જોઈને બોલે છે અને એજ 7 ઘરમાં કેલેન્ડરમાં જોઈને બોલે છે. - આ ઘટના શીખવાનાં કયા ચરણને દર્શાવે છે ?

(A) સામાન્યીકરણ

(B) પ્રતિક્રિયા સામાન્યીકરણ

(C) પ્રેરક સામાન્યીકરણ

(D) ક્રિયા સામાન્યીકરણ

(14) દૃષ્ટિ ક્ષતિ ધરાવતાં વિદ્યાર્થીઓ માટે નીચેના પૈકી કઈ ક્રિયા અનુકૂલન ધરાવતી નથી ?

(A) કોઈ કાવ્યનું બ્રેઈલ લિપિમાં રૂપાંતર કરવું.

(B) એકવચન-બહુવચન સમજાવવા લખોટીનો ઉપયોગ કરવો.

(C) ચલણી સિક્કા સમજાવવા અસલી સિક્કા હાથમાં આપવા

(D) સૂર્ય, ચંદ્ર, ગ્રહોની સમજ માટે ચિત્રો રજૂ કરવા.

(15) બાળ વિકાસના સંદર્ભે નીચેના પૈકી કઈ જોડ અયોગ્ય છે ?

(A) જ્ઞાનાત્મક વિકાસ - પિયાજે

(B) બોધાત્મક વિકાસ - બ્રુનર

(C) મનોસામાજિક વિકાસ - બાન્ડુરા

(D) મનોવિશ્લેષણાત્મક વિકાસ - ફ્રોઇડ

(16) માળખાકિય પદ્ધતિ, કુદરતી પદ્ધતિ, સંયુક્ત પદ્ધતિ - આ પદ્ધતિઓ શેનાં ઉપયોગમાં લેવામાં આવે છે ?

(A) દૃષ્ટિહિન બાળકને ભાષા શિક્ષણ માટે

(B) શ્રવણમંદ બાળકને ભાષા શિક્ષણ માટે

(C) દૃષ્ટિ હિન બાળકને ગણિત શિક્ષણ માટે

(D) શ્રવણમંદ બાળકને ગણિત શિક્ષણ માટે

(17) નીચેના પૈકી કઈ ઉચ્ચકક્ષાની માનસિક પ્રક્રિયા નથી ?

(A) મૂલ્યાંકન

(B) સમસ્યા ઉકેલ

(C) વર્ગીકરણ કરવું

(D) નિર્ણય ઘડતર

(18) નીચેનામાંથી કયું વિધાન એક શિક્ષક માટે યોગ્ય નથી ?

(A) તે વિદ્યાર્થીઓમાં ખરેખર રસ ધરાવે છે.

(B) તે વિદ્યાર્થીઓને દિશા બતાવે છે અને શિસ્તમાં રાખે છે.

(C) તે પોતાને નવી પરિસ્થિતિમાં ઢાળવામાં ખચકાટ અનુભવે છે.

(D) તે જે કાર્ય કરે છે તે માટે ઉત્સાહ બતાવે છે.

(19) શાળામાં શિક્ષકનો વિદ્યાર્થીઓ સાથેનો વ્યવહાર નીચેના પૈકી કેવો હોવો અપેક્ષિત નથી ?

(A) દરેક વિદ્યાર્થી પ્રત્યે સમભાવ રાખવો.

(B) બાળકોને સક્રિય શોધક અને સર્જનાત્મક બનાવવા.

(C) કઠિનતામૂલ્ય ધરાવતી બાબતોને અભ્યાસમાંથી દૂર કરવી.

(D) પ્રવૃત્તિઓ દરમિયાન ચિંતામુક્ત વાતાવરણ ઊભું કરવું.

(20) સમાવેશી શિક્ષણમાં IEP એટલે શું ?

(A) Independent Educational Planning

(B) Individual Education Plan

(C) Inclusive Education Plan

(D) Individual Educational Planning

(21) નીચેના પૈકી કઈ બાબત સમાવેશી / સંમિલિત શિક્ષણની સમજ સાથે બંધ બેસતી નથી.

(A) સમાવેશી શિક્ષણ સમાનતાની તક પૂરી પાડે છે.

(B) તે સામાજિક વ્યક્તિગત વલણમાં ફેરફાર પર ભાર મૂકે છે.

(C) શાળામાં પ્રત્યેક બાળકનો સહજ સ્વીકાર કરવાની વાત કરે છે.

(D) તે હંમેશા ખાસ પ્રકારના બાળકો માટે જ છે.

(22) કયા પ્રકારની ક્ષતિમાં બાળકની શારીરિક અને બૌદ્ધિક કાર્ય કરવાની શક્તિ ક્ષતિગ્રસ્ત થાય છે ?

(A) સેરેબલ પાલ્સી (B) ઓટિઝમ

(C) એ.ડી.એચ.ડી. (D) ડાઉન સીન્ડ્રોમ

(23) શિક્ષકનો કયો વ્યવહાર વર્ગખંડમાં વિદ્યાર્થીઓને પ્રેરણા આપવા માટે ચડિયાતો ગણાશે ?

(A) પ્રેરણા મળે તેવી વાર્તા કહેવી.

(B) સારું કામ કરવા સૂચના આપવી.

(C) વિદ્યાર્થીઓની કામગીરીને બિરદાવવી.

(D) ખોટો જવાબ આપનાર વિદ્યાર્થીને બેસાડી દેવો.

(24) એક પિતાએ તેની પુત્રીને કહ્યું, "તું જ્યારે જન્મી ત્યારે મારી ઉંમર તારી અત્યારની ઉંમર જેટલી હતી" જો હાલમાં પિતાની ઉંમર 52 વર્ષ હોય તો પુત્રીની ઉંમર કેટલી હોય ?

(A) 25 વર્ષ (B) 26 વર્ષ

(C) 35 વર્ષ (D) 36 વર્ષ

(25) જો aaa x aaa = abcba થાય, તો a, b, c ની કિંમત કેટલી થાય ?

(A) a = o, b = 1, c = 2 (B) a = 1, b = 2, c = 3

(C) a = 1, b = 3, c = 2 (D) a = 1, b = 1, c = 2

(26) સાચી સંધિ હોય તેવો વિકલ્પ કયો છે ?

(A) મહા + એશ્વર્ય = મહૈશ્વર્ય (B) ગંગ + ઓઘ = ગંગોધ

(C) કિમ્ + ચિત = કિંચિત્ (D) સમ + યોગ = સંયોગ

(27) વિરુદ્ધાર્થી શબ્દોની કઈ જોડ ખોટી છે ?

(A) કબૂલાત x ઈનકાર (B) ઊખર x ફળદ્રુપ

(C) ભૌતિક x પારલૌકિક (D) ખોફ x કોપ

(28) 'કમરથી ઉપરના ભાગનું ચિત્ર' - શબ્દસમૂહ માટે એક શબ્દ કયો છે ?

(A) અરુણચિત્ર (B) દેહચિત્ર

(C) વ્યંગચિત્ર (D) રેખાચિત્ર

(29) સાચી જોડણી કઈ છે ?

(A) મ્યુનિસીપાલિટી (B) પાઉડર

(C) પ્રૂફ (D) મંજુરી

(30) શુદ્ધ શબ્દપ્રયોગ થયો હોય તેવો વિકલ્પ કયો છે ?

(A) સહકુટુંબ સાથે (B) આમરણ

(C) સજ્જન માણસ (D) આમરણાંત

(31) આપેલ વાક્યોમાં શુદ્ધ વાક્ય કયું છે ?

(A) સરકારી મહિલાઓ માટેના છાત્રાલયનું બાંધકામ ચાલુ છે.

(B) તમે શું સલાહ આપો છો ?

(C) નસીબ પર આધાર રાખ્યા વિના કર્મ કરે જવું જોઈએ.

(D) મેં શીખવા સારું ખૂબ પુરુષાર્થ કર્યો.

(32) રેખાંકિત શબ્દ ખોટી રીતે લખાયેલ હોય તેવું વિધાન કયું છે ?

(A) દર્શન <u>કર્યા.</u> (B) તારા <u>કરતાં</u> એ ઊંચો છે.

(C) અભિનંદન <u>આપ્યા.</u> (D) વંદન <u>કર્યા.</u>

(33) અશુદ્ધ શબ્દ કયો છે ?

(A) મહેંક (B) વર્તણૂક

(C) નિમણૂક (D) નિદ્રા

(34) વિરામચિહ્નોનો ઉચિત પ્રયોગ ન થયો હોય તેવું વિધાન કયું છે ?

(A) મેં તનતોડ મહેનત કરી; માટે જ મને સફળતા મળી.

(B) જાંબુનો રંગ કાળો હોય છે, જ્યારે તડબૂચનો લાલ.

(C) ખબરદાર ! ત્યાં જ થોભી જા !

(D) દશરથ રાજાને ચાર પુત્રો હતા : રામ, લક્ષ્મણ, ભરત અને શત્રુઘ્ન.

(35) સાચી જોડણી હોય તેવો શબ્દ કયો છે ?

(A) શ્રૃંગાર (B) ગૃપ

(C) અશ્વમેધ (D) શિરીષ

(36) 'નિર્મોહી થઈને જીવવું' અર્થ મળે તે માટે ઉચિત રૂઢિપ્રયોગ કયો વાપરી શકાય ?

(A) આઠે પહોર આનંદ (B) તુરિયાનો તાર જાગી ઊઠવો

(C) નામ ને રૂપ મિથ્યા કરવું (D) વછૂટી જવું

(37) અર્થભેદની દૃષ્ટિએ ખોટો ઉત્તર હોય તેવો વિકલ્પ કયો છે ?

(A) અલી - ભમરો, અલિ - સખીને સંબોધન

(B) કોશ - ભંડાર, કોસ - ગાઉ, દોઢ માઈલ

(C) અસ્ત્ર - ફેંકવાનું હથિયાર, શસ્ત્ર - હાથથી લડવાનું હથિયાર

(D) અકસ્માત્ - એકાએક, અકસ્માત - અણધાર્યો બનાવ

(38) 'વાંચેલી સામગ્રીમાંથી કાર્યકારણ સંબંધો તારવી જવાબ આપી શકશે.' - અધ્યયન નિષ્પત્તિ કયા અધ્યયન ક્ષેત્ર આધારિત છે ?

(A) સર્જનાત્મકતા (B) વ્યવહારિક ઉપયોજન

(C) તાર્કિક ચિંતન (D) અભિવ્યક્તિ

(39) ..... he go to temple every Sunday ?

(A) Do (B) Does

(C) Did (D) Was

(40) Select the correct question.

(A) How many pictures did you get ? (B) How much pictures did you get ?

(C) How many pictures did you got ? (D) How many pictures you get ?

(41) ..... the bus for Valsad ..... ?

(A) Has, departed (B) Have, depart

(C) Has, depart (D) Have, departed

(42) Select the word having similar meaning of a bit : .....

(A) bite (B) many

(C) a little (D) small

(43) Find out the correct spelling.

(A) Influance (B) Influence

(C) Influince (D) Influanc

(44) 'ALTER' find the word that conveys the same meaning as the word. (Synonym)

(A) After (B) Change

(C) Afford (D) Chance

(45) There is a handkerchief ..... the table.

(A) in (B) over

(C) on (D) with

(46) If I could get a chance, I ..... speak to the headmaster.

(A) would (B) will

(C) will be (D) woun't

(47) The horse ..... Ali brought last year is weak.

(A) which (B) whom

(C) that (D) who

(48) Find out the correct spelling.

(A) Integral (B) Intagral

(C) Intagrel (D) Integrl

(49) I was having a bath when the phone rang.

(A) Past Perfect Tense (B) Simple Future Tense

(C) Simple Past Tense (D) Past Continuous Tense

(50) 'We all love honesty' in this sentence find out abstract noun.

(A) love (B) we

(C) honesty & love (D) none of the above

(51) રાષ્ટ્રપતિ પોતાના હોદ્દાનું રાજીનામું કોને સુપ્રત કરે છે ?

(A) ઉપરાષ્ટ્રપતિ (B) વડાપ્રધાન

(C) સર્વોચ્ચ અદાલતના મુખ્યન્યાયમૂર્તિ (D) લોકસભાના સ્પીકર

(52) રાઈટ ટુ પર્સન વિથ ડિસેબીલીટી એક્ટ-2016 માં દર્શાવ્યું છે કે બેન્ચમાર્ક દિવ્યાંગતા ધરાવતા 6 થી 14 વર્ષના બાળકોને મફત અને ફરજિયાત શિક્ષણ આપવું. આ જોગવાઈ કઈ કલમમાં છે ?

(A) 32 (B) 31

(C) 33 (D) 34

(53) ગુજરાત સરકારની 'ચિરંજીવી' યોજનાનો હેતુ શો છે ?

(A) શાળામાં બાળકોને અભ્યાસ કરાવવો. (B) બાળમૃત્યુદર અને માતામૃત્યુદર ઘટાડવો.

(C) શાળાના બાળકોની આરોગ્ય ચકાસણી કરવી. (D) ગરીબ સ્ત્રીઓને આર્થિક સહાય આપવી.

(54) રાઈટ ટુ એજ્યુકેશન એક્ટ-2009 હેઠળ નબળા અને વંચિત જૂથોના બાળકોને 25% લેખે ખાનગી શાળાઓમાં પ્રવેશ આપવાની જોગવાઈ છે. આ યોજના હેઠળ પ્રવેશ મેળવવા માંગતા વિદ્યાર્થીના વાલી ગ્રામ્ય વિસ્તારમાં રહેતા હોય તો તેઓની આવક કેટલાથી વધુ ન હોવી જોઈએ ?

(A) રૂા. 1,20,000/- (B) રૂા. 2,40,000/-

(C) રૂા. 1,50,000/- (D) રૂા. 4,00,000/-

(55) રાષ્ટ્રીય શિક્ષણ નીતિ-2020 બાળકોના અધ્યયનને કઈ બાબત સાથે જોડવાની હિમાયત કરે છે ?

(A) પ્રવચન (B) સ્વાધ્યાય

(C) પુસ્તકવાંચન (D) અવલોકન

(56) રાષ્ટ્રીય શિક્ષણ નીતિ-2020 ના સિદ્ધાંતો સાથે નીચે પૈકી કઈ બાબત સુસંગત નથી ?

(A) સારા વ્યક્તિત્વનો વિકાસ (B) આર્થિક ઉપાર્જનને અગ્રિમતા

(C) તર્ક સંગત વિચાર (D) કરુણા અને સહાનુભૂતિ

(57) રાષ્ટ્રીય શિક્ષણ નીતિ-2020 અનુસાર 'પ્રાથમિક શાળાઓના બાળકો સાર્વત્રિક મૂળભૂત સાક્ષરતા અને સંખ્યાજ્ઞાન પ્રાપ્ત કરે' તે લક્ષ્યાંક ક્યાં સુધીમાં હાંસલ કરવાનું સૂચન છે ?

(A) 2025 (B) 2026

(C) 2027 (D) 2028

(58) ECCE નું પૂરું નામ શું છે ?

(A) Elementary Child Care Education

(B) Early Child Care Education

(C) Early Children Cause of Education

(D) Early Child Cause of Education

(59) તમે સ્પેશ્યલ એજ્યુકેટરની જે પરીક્ષા આપી રહ્યા છો. તેના આધારે નિમણૂક આપવાની પ્રક્રિયા કઈ કચેરી કરશે ?

(A) નિયામક શાળાઓની કચેરી

(B) નિયામક પ્રાથમિક શિક્ષણની કચેરી

(C) ગુજરાત શૈક્ષણિક સંશોધન અને તાલીમ પરિષદની કચેરી

(D) સમાજ સુરક્ષાનિયામકની કચેરી

(60) ભારત અને ચીન વચ્ચેની સરહદ દર્શાવતી રેખા કયા નામે ઓળખાય છે ?

(A) મેકમોહન રેખા (B) ડુરન્ડ રેખા

(C) રેડકલીફ રેખા (D) સટકલીફ રેખા

(61) કપડાં ધોવાના સોડાનું રાસાયણિક સૂત્ર શું છે ?

(A) Na_2CO_2 (B) Na_2CO_3

(C) $NaHCO_3$ (D) $CaCO_4$

(62) તામિલનાડુ રાજ્યનું કયું રેલવે સ્ટેશન સંપૂર્ણપણે સૌર ઊર્જાથી ચાલતુ સ્ટેશન બની ગયું છે ?

(A) મદુરાઈ (B) કોઈમ્બતુર

(C) મેટ્ટુપલ્યમ (D) ચેન્નાઈ સેન્ટ્રલ

(63) મહિલા ક્રિકેટમાં વર્લ્ડ કપ સ્પર્ધાઓમાં સૌથી વધુ વિકેટ લેનાર મહિલા ક્રિકેટર કોણ છે ?

(A) તાસ્ત્ર સંધુ (B) દીપ્તી શર્મા

(C) ઝુલન ગોસ્વામી (D) મિતાલી રાજ

(64) પુરાણોમાં કઈ નદીને "રુદ્રકન્યા" કહે છે ?

(A) માહી (B) સરસ્વતી

(C) નર્મદા (D) તાપી

(65) ગામડાંમાં શાંત અને રમણીય વાતાવરણનું સર્જન કરી, ગ્રામ્ય જીવન આનંદિત કરવાનો અને શહેર તરફના સ્થાનાંતર રોકવા કઈ યોજના અમલમાં આવી ?

(A) પંચવટી (B) સ્વચ્છ ગામ, સ્વસ્થ ગામ

(C) સમરસ ગામ (D) તીર્થગામ

(66) ભારતીય સંવિધાનના કયા અનુચ્છેદમાં સંવિધાન સંશોધન પ્રક્રિયાની જોગવાઈ છે ?

(A) 382 (B) 364

(C) 368 (D) 352

(67) બાલવાટીકાના બાળકોને ભણાવવા માટેનો અભ્યાસક્રમ તૈયાર કરવા કોને જવાબદારી સુપ્રત કરવામાં આવેલ છે ?

(A) GCERT (B) SSA

(C) ગુજરાત રાજ્ય શાલા પાઠ્યપુસ્તક મંડળ (D) રાજ્ય પરીક્ષા બોર્ડ

(68) સરકારી શાળાઓમાં ભણતા વિદ્યાર્થીઓને ઉચ્ચ ગુણવત્તાયુક્ત શાળાકીય શિક્ષણ પ્રદાન કરવા કયો પ્રોજેક્ટ અમલમાં આવનાર છે ?

(A) જ્ઞાનસેતુ સ્કૂલ્સ (B) જ્ઞાનકુંજ શિક્ષણ સંકુલ

(C) જ્ઞાનકુંજ ડે સ્કૂલ્સ (D) જ્ઞાનસેતુ ડે સ્કૂલ્સ

(69) RTE Act - 2009 No. 35/2009, તારીખ 27-8-2009 ના કયા સેકશનમાં માતા-પિતા અને વાલીઓની જવાબદારી નિહીત કરવામાં આવેલ છે ?

(A) 10 (B) 11

(C) 09 (D) 12

(70) નીચેનામાંથી કયા વિશિષ્ટ શિક્ષણના સિદ્ધાંતો છે ?

(A) બધા ને સામેલ કરવું (B) ઉચિત શિક્ષણનો સિદ્ધાંત

(C) સહકાર યુક્ત વાતાવરણ (D) ઉપરના તમામ

(71) મંદબુદ્ધિ બાળકો સંદર્ભે કયું ખોટું છે ?

(A) મંદબુદ્ધિ અસાધ્ય છે. (B) તેમનો બુદ્ધિ આંક 80 થી 100 વચ્ચે હોય છે.

(C) તેઓમાં તર્કશક્તિ ખૂબ ઓછી હોય છે. (D) તેઓમાં સ્મૃતિ શક્તિ ખૂબ ઓછી હોય છે.

(72) WHO દ્વારા આપવામાં આવેલી વ્યાખ્યામાં નીચેનામાંથી કયો દૃષ્ટિક્ષતિનો પ્રકાર તરીકે સ્વીકારવામાં આવ્યો છે ?

(A) સંપૂર્ણ અંધ (B) અંશતઃ અંધ

(C) અલ્પ દૃષ્ટિ (D) ઉપરના તમામ

(73) આપણે કેવી રીતે શીખીએ છીએ ?

(A) અનુકરણ દ્વારા (B) અભિસંધાન દ્વારા

(C) પ્રયત્ન અને ભૂલ દ્વારા (D) ઉપરના તમામ

(74) અસરકારક વર્ગ વ્યવહારનું સૌથી અગત્યનું ઘટક નીચેનામાંથી કયું છે ?

(A) ઘણાં બધાં TLM (B) જીવંત શિક્ષક-વિદ્યાર્થી ક્રિયા-પ્રતિક્રિયા

(C) પીન-ડ્રોપ સાઈલેંસ (D) કડક શિસ્ત

(75) RPWD એક્ટ 2016 ક્યારથી અમલમાં આવ્યો ?

(A) 19-4-2017 (B) 28-12-2016

(C) 1-12-2016 (D) ઉપરમાંથી એક પણ નહીં

(76) ચોરસના સંદર્ભે નીચેનામાંથી કયું વિધાન ખોટું છે.

(A) તે એક સમાંતર બાજુ ચતુષ્કોણ છે. (B) તે એક લંબચોરસ છે.

(C) તે એક સમધ્વીબાજુ ચતુષ્કોણ છે. (D) તે એક બાજુ ચતુષ્કોણ છે.

(77) એક સંખ્યા (x) નાં $\frac{3}{2}$ ભાગમાંથી 5 બાદ કરતા 40 મળે. આ વિધાને સમીકરણ સ્વરૂપે કઈ રીતે લખી શકાય.

(A) $\frac{3x}{2} - 5 = 20$ (B) $3x - 10 = 80$

(C) $\frac{3x}{2} - 5 = \frac{40}{2}$ (D) $3x - 10 = 40$

(78) જો બે સંખ્યાઓનો લ.સા.અ. 36 અને ગુ.સા.અ. 6 હોય તથા તે પૈકી એક સંખ્યા 12 હોય તો બીજી સંખ્યા કઈ હશે.

(A) 18 (B) 12

(C) 3 (D) 12

(79) નીચેનામાંથી બાજુઓના માપના આધારે કયો ત્રિકોણ શક્ય નથી.

(A) 3 cm, 4 cm, 5 cm (B) 3 cm, 3 cm, 2 cm

(C) 3 cm, 3 cm, 7 cm (D) 3 cm, 4 cm, 6 cm

(80) અવિભાજ્ય સંખ્યા શોધવાની પદ્ધતિ કયા ગણિતશાસ્ત્રી દ્વારા આપવામાં આવી છે ?

(A) આર્કિમિડિઝ (B) ઈરેટોસ્થેનિસ

(C) યુક્લિડ (D) પાયથાગોરસ

(81) રીતુએ $1\frac{1}{2}$ કેક અને કિરનને $1\frac{1}{3}$ કેક આપવામાં આવે છે, તો આ બંનેને કુલ કેટલી કેક આપવામાં આવી હશે ?

(A) $\frac{7}{5}$ (B) $\frac{17}{6}$

(C) $\frac{12}{6}$ (D) $1\frac{7}{6}$

(82) $(-12) + 0 = (-12)$ એ પૂર્ણાંક સંખ્યાનો કયો ગુણધર્મ દર્શાવે છે ?

(A) ક્રમનો ગુણધર્મ (B) સંવૃત્તતાનો ગુણધર્મ

(C) ગુણાકારનો તટસ્થતાનો ગુણધર્મ (D) સરવાળાનો તટસ્થતાનો ગુણધર્મ

(83) પ્રથમ 7 પૂર્ણ સંખ્યાઓની સરાસરી શોધો.

(A) 1 (B) 2

(C) 3 (D) 4

(84) કિંમત શોધો : $\frac{2}{5} \times \frac{-3}{7} - \frac{1}{14} - \frac{3}{7} \times \frac{3}{5}$

(A) $1\frac{1}{4}$ (B) $\frac{3}{2}$

(C) $\frac{1}{2}$ (D) $-\frac{1}{2}$

(85) એક પાસો ફેંકતાં ઉપરની તરફ વિભાજ્ય સંખ્યા આવે તેની સંભાવના કેટલી થાય ?

(A) $\frac{1}{6}$ (B) $\frac{5}{6}$

(C) $\frac{4}{6}$ (D) $\frac{1}{3}$

(86) બળતણના કેલરી મૂલ્યને ..... એકમથી દર્શાવાય છે.

(A) કિલો જૂલ / કિગ્રા (B) કિલો જૂલ / કલાક

(C) જૂલ - મીટર (D) અર્ગ

(87) આદિકોષ કેન્દ્રીય કોષ એટલે.....

(A) કોષ કેન્દ્ર પટલ યુક્ત કોષ કેન્દ્ર (B) કોષ કેન્દ્ર દ્રવ્યનો અભાવ

(C) કોષકેન્દ્ર દ્રવ્ય કોષકેન્દ્ર પટલ વગર હોય (D) ગાલના કોષમાં જોવા મળતા કોષ

(88) ધ્વનિ સંદર્ભે આપેલ વિધાનના સંદર્ભમાં યોગ્ય વિકલ્પ પસંદ કરો.

વિ-1 : ધ્વનિની પ્રબળતા - કંપવિસ્તાર પર જ્યારે તિણાપણુ આવૃત્તિ પર આધાર રાખે છે.

વિ-2 : ધ્વનિની પ્રબળતા - આવૃત્તિ પર જ્યારે તિણાપણુ કંપવિસ્તાર પર આધાર રાખે છે.

(A) વિ-1 - સાચું, વિ-2 ખોટું (B) વિ-1 સાચું, વિ-2 - સાચું

(C) વિ-1 ખોટું, વિ-2 ખોટું (D) વિ-1 ખોટું, વિ-2 - સાચું

(89) જઠરમાં રહેલ કયા એસિડના પ્રમાણ વધવાથી અપચો થાય છે.

(A) H_2SO_4 (B) HNO_3

(C) HCl (D) H_2SO_3

(90) નીચે આપેલ આલેખ પૈકી કયો આલેખ પદાર્થની ઝડપ અચળ નથી તે દર્શાવે છે.

(A) 

(B) 

(C) 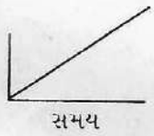

(D)

(91) ચુંબકના ધ્રુવો ઉપર સૌથી વધુ ચુંબકત્વ હોવાનું કારણ .....

(A) ત્યાં લોખંડનો ભૂકો વધુ ચોંટે છે. (B) ચુંબકીય બળ રેખાઓ ખૂબ જ નજીક હોય છે.

(C) ત્યાં લોખંડનો ભૂકો ચોંટતો નથી. (D) ચુંબકીય બળ રેખાઓ દૂર દૂર હોય છે.

(92) મેગ્નેશિયમ હાઇડ્રોક્સાઇડનું અણુસૂત્ર જણાવો.

(A) MgO (B) $Mg(OH)_2$

(C) MgOH (D) Mg_2OH_2

(93) એડ્રિનલ ગ્રંથિ માનવશરીરમાં કયા અવયવ સાથે જોડાયેલી હોય છે ?

(A) મગજ (B) પકવાશય

(C) મૂત્રપિંડ (D) જઠર

(94) દર્શાવેલ રોગો પૈકી કયો રોગ વાઇરસના કારણે થાય છે ?

(A) કોલેરા (B) ટાઇફોઇડ

(C) ટ્યુબરક્યુલોસિસ (D) અછબડા

(95) એક ટેડપોલ જે પ્રક્રિયા દ્વારા પુખ્તમાં વિકસિત થાય છે તે પ્રક્રિયાને શું કહે છે ?

(A) કાયાંતરણ (B) ફલન

(C) સ્થાપન (D) કલિકાસર્જન

(96) ઘર્ષણના કારણે લાગતા બળોને ઘટતા ક્રમમાં ગોઠવેલ છે. ગોઠવણીનો ક્યો ક્રમ સાચો છે ?

(A) સ્થિત, સરકતું, લોટણ (B) સરકતું, સ્થિત, લોટણ

(C) લોટણ, સ્થિત, સરકતું (D) લોટણ, સરકતું, સ્થિર

(97) વિટામીન - A ની ઉણપથી થતા રતાંધળાપણાથી બચવા ક્યો ખોરાક વધુ પ્રમાણમાં લેવો જોઈએ ?

(A) કાચા ગાજર, બ્રોકલી, પપૈયું (B) કેળું, લીંબુ, નારંગી

(C) ટામેટાં, કેળાં, મોસંબી (D) કેળાં, લીંબુ, ટામેટાં

(98) વિદ્યુતવહન દ્વારા કોઈ પદાર્થ પર કોઈ જરૂરી ધાતુનું આવરણ જમા કરવાની પ્રક્રિયાને શું કહે છે ?

(A) ઇલેક્ટ્રોનીક્સ (B) ઇલેક્ટ્રોપ્લેટીંગ

(C) વિજભાર (D) અર્થિંગ

(99) આપેલામાંથી કોના અવાજની આવૃત્તિ ન્યુનત્તમ હોવાની શક્યતા છે ?

(A) નાની છોકરીની (B) નાના છોકરાની

(C) પુરુષની (D) સ્ત્રીની

(100) રેશમના કિડામાંથી રેશમના રેસા મેળવવાની શોધ ક્યા દેશમાં થઈ હતી ?

(A) ભારત (B) ચીન

(C) ઇરાક (D) જાપાન

(101) Which one is the nearest meaning of the word controversy?

(A) Dispute (B) Agreement

(C) Conclusion (D) Calamity

(102) Which are productive skills in language teaching and learning ?

(A) Speaking and writing (B) Writing and narrating

(C) Reading and listening (D) none of the above

(103) Reading a lesson, translating every word into the mother tongue and pointing out the grammatical items introduced in lesson - which method is this ?

(A) Direct (B) Bilingual

(C) Communicative (D) Grammar Translation

(104) ..... is a process that negotiates the meaning between the text and its reader.

(A) Reading (B) Speaking

(C) Listening (D) none of the above

(105) Which method is also called 'look and say' - method?

(A) The phonic method (B) The word method

(C) The sentence method (D) The phrase method

(106) In which method the teacher presents examples to his learners?

(A) Deductive method (B) Inductive method

(C) Active method (D) None of the above

(107) સાચી જોડણી કઈ છે ?

(A) ઈન્સપેક્ટર (B) ધૂંઆપૂંઆ

(C) શિષ્યવૃતિ (D) અસ્તિત્વ

(108) શબ્દકોશ ક્રમ મુજબ સાચો વિકલ્પ કયો છે ?

(A) અંજના, અમૃત, ઋષિ, ઐરાવત

(B) કલાઈ, ક્રમ, કોમલ, કૌંસ

(C) ત્રાજવું, તપેલી, પવન, મહેનત

(D) જિંદગી, જ્ઞાન, શ્રવણ, સસલું

(109) 'અંતસ્તત્ત્વ' શબ્દનો સંધિવિગ્રહ શું થાય ?

(A) અંત + સ્તત્ત્વ (B) અંતઃ + સ્તત્ત્વ

(C) અંતઃ + તત્ત્વ (D) અંતર + સ્તત્ત્વ

(110) 'ચતુરા નવ ચૂકે ચાલ રે, હીડે મરમે જેમ <u>મરાલ</u> રે.' પંક્તિમાં રેખાંકિત કરેલ શબ્દ 'મરાલ' નો અર્થ શું થાય ?

(A) મોર (B) યોદ્ધો

(C) સ્ત્રી (D) હંસ

(111) 'યજ્ઞચિત્ર' શબ્દની ધ્વનિશ્રેણી ધરાવતો યોગ્ય વિકલ્પ પસંદ કરો.

(A) ય્ + અ + ગ્ + ન્ + અ + ચ્ + ઇ + ત્ + ર્

(B) ય્ + અ + જ્ + ઞ્ + અ + ચ્ + ઇ + ત્ + ર્ + અ

(C) ય્ + અ + ગ્ + ય્ + અ + ચ્ + ઈ + ત્ + ર્ + અ

(D) ય્ + અ + જ્ + ય્ + અ + ચ્ + ઈ + ત્ + ર્ + અ

(112) 'રામજીને મંદિર જઈ <u>દર્શન</u> કરી શાંત થઈ જવું' - વાક્યમાં રેખાંકિત શબ્દ **'દર્શન'** સંજ્ઞાનો કયો પ્રકાર છે ?

(A) જાતિવાચક સંજ્ઞા (B) ભાવવાચક સંજ્ઞા

(C) ક્રિયાવાચક સંજ્ઞા (D) દ્રવ્યવાચક સંજ્ઞા

(113) 'મારા ભાઈના હાથમાં સોનાનું મોટું નક્કર કડું હતું.' - વાક્યમાં પ્રયોજાયેલ શબ્દ પૈકી કયો શબ્દ વિશેષણ નથી ?

(A) મારા (B) મોટું

(C) નક્કર (D) કડું

(114) 'સ્નિગ્ધ' શબ્દનો વિરુદ્ધાર્થી શબ્દ કયો છે ?

(A) નિત્ય (B) નાશવંત

(C) કઠણ (D) ચીકણું

(115) 'ગદ્ય-પદ્યની સમીક્ષા કરી શકશે.' - અધ્યયન નિષ્પત્તિ કયા અધ્યયન ક્ષેત્ર આધારિત છે ?

(A) વ્યવહારિક ઉપયોજન (B) તાર્કિક ચિંતન

(C) સર્જનાત્મકતા (D) અભિવ્યક્તિ

(116) નીચેનામાંથી કયું જોડકું ખોટું નથી ?

(A) सीवनयन्त्रम् - કપડાં સીવવાનું યંત્ર (B) रन्ध्रिका - ફાઈલ

(C) पिञ्जः - પંખી (D) अवकरिका - બારી

(117) माता बालकं ..... विद्यालयं गच्छति ।

(A) नीत्वा (B) नयित्वा

(C) नित्वा (D) नूत्वा

(118) एकः ..... ,

एका ..... ,

एकम् ..... ,

(A) महिला, बालकः, फलम् (B) बालकः, फलम्, महिला

(C) फलम्, बालकः महिला (D) बालकः, महिला, फलम्

(119) 11:45 अर्थात्

(A) पादोन एकादशवादनम्
(B) पादोन द्वादशवादनम्
(C) पादोन दशवादनम्
(D) सपाद एकादशवादनम्

(120) 'कुछ न पाने पर दुःख होना' - इस वाक्यांश के लिए उपयुक्त मुहावरे का चयन कीजिए।

(A) आँखें फेर लेना
(B) धोखा खा जाना
(C) साँप लौटना
(D) दिल कचोटना

(121) 'बाप रे ! इतना लम्बा साँप !' वाक्य में कौन-सा पद 'अव्यय' है ?

(A) बाप रे
(B) इतना
(C) लम्बा
(D) साँप

(122) गलत विकल्प चुनिए।

(A) 59 - उनसाठ
(B) 69 - उनहत्तर
(C) 70 - सत्तर
(D) 88 - अट्ठासी

(123) लिंग परिवर्तन की सही जोड़ पहचानिए।

(A) ठाकुर - ठकुराइन
(B) गुरु - गुरुआइन
(C) माली - मालीन
(D) मजदूर - मजदुरन

(124) सही वाक्य पहचानिए।

(A) कलास में प्रत्येक लड़का उत्तीर्ण होगा।
(B) आज मौसम सुहावनी है।
(C) बर्फ एक रुपये किलो बिकता है।
(D) यह मेरी कॉलिज है।

(125) शुद्ध शब्द का चयन कीजिए।

(A) कोशीश
(B) नमाज
(C) बाढ
(D) फ़रमान

(126) જૈનગ્રંથોને બીજા કયા નામે ઓળખવામાં આવે છે ?

(A) બૌદ્ધગ્રંથો
(B) આગમગ્રંથો
(C) વિશિષ્ટગ્રંથો
(D) બૃહદગ્રંથો

(127) કઈ સિસ્ટમના ઉપયોગ દ્વારા ગુગલ અર્થ મારફતે કોઈ પણ સ્થળના અક્ષાંશ અને રેખાંશ જાણવા મળે છે ?

(A) પોઝિશન ગુગલ મેપ સિસ્ટમ
(B) સેટેલાઈટ સિસ્ટમ
(C) રડાર સિસ્ટમ
(D) ગ્લોબલ પોઝિશનિંગ સિસ્ટમ

(128) નીચેનામાંથી મુઘલ શાસકોમાંથી કોનો સમાવેશ થતો નથી ?

(A) બાબર (B) ઝફરખાન

(C) જહાંગીર (D) ઔરંગઝેબ

(129) 'બુરંજી' નામની ઐતિહાસિક કૃતિને સૌપ્રથમ કઈ ભાષામાં લખવામાં આવી હતી ?

(A) અહોમભાષા (B) અતિકભાષા

(C) આર્જભાષા (D) આસામી ભાષા

(130) ભારતમાં વેધશાળાની સ્થાપના કોણે કરી હતી ?

(A) અકબર (B) જશવંતસિંહ

(C) મહારાણા પ્રતાપ (D) સવાઈ જયસિંહ

(131) કોઈ પણ પ્રદેશના 35 થી વધારે વર્ષોનાં સરેરાશ તાપમાન, ભેજ અને વરસાદની સરેરાશ સ્થિતિ એટલે શું ?

(A) Green House Effect (B) Climate

(C) Global warming (D) Climate change

(132) દુનિયામાં વિસ્તારની દૃષ્ટિએ ભારત કયા ક્રમે છે ?

(A) પાંચમાં ક્રમે (B) સાતમાં ક્રમે

(C) આઠમાં ક્રમે (D) નવમાં ક્રમે

(133) કયા રાજાઓના સિક્કા ખૂબ જ પ્રખ્યાત હતા ?

(A) ગ્રીક રાજાઓ (B) મૌર્ય રાજાઓ

(C) ગોપી યુગના રાજાઓ (D) ઉપરોક્ત તમામ

(134) કચ્છ જિલ્લાનું કયું સ્થળ પુરાતત્વીય છે ?

(A) ખડીર બેટ (B) ધોળાવીરા

(C) ભચાઉ (D) લોથલ

(135) હડપ્પા કઈ જગ્યાએ આવેલું સ્થળ છે ?

(A) પાકિસ્તાન (B) ભારત

(C) ઈન્ડોનેશિયા (D) ચીન

(136) બૌદ્ધ ધર્મના સિદ્ધાંત કયા નામથી ઓળખાય છે ?

(A) સમ્યક દર્શન (B) સમ્યક જ્ઞાન

(C) સૌમ્ય કહેવત (D) ઉપરોક્ત તમામ

(137) નીચેનામાંથી કયું વિધાન બિંદુસાર બાબતે સાચું છે ?

(A) બિંદુસારે તેમના શાસનકાળમાં કોઈ નવો પ્રદેશ જીત્યો ન હતો.

(B) બિંદુસારના સમયમાં તક્ષશિલામાં બળવો થયો હતો.

(C) બિંદુસારના પુત્રનું નામ અશોક હતુ.

(D) ઉપરોક્ત તમામ

(138) કુલ રેખાંશવૃતની સંખ્યા કેટલી છે ?

(A) 20 (B) 90

(C) 180 (D) 360

(139) પૃથ્વી કેટલા અંશના ખૂણે નમેલી છે ?

(A) 45 (B) 23.5

(C) 66.5 (D) 90

(140) કઈ તારીખે રાત અને દિવસ પૃથ્વી પર સરખા હોય છે ?

(A) 21 ડિસેમ્બર (B) 23 સપ્ટેમ્બર

(C) 21 માર્ચ (D) B અને C બંને

(141) પૃથ્વી પર જે પાણી છે તેમાંથી કેટલા ટકા પાણી સમુદ્રમાં રહેલું ખારુ પાણી છે ?

(A) 24 (B) 37

(C) 97 (D) 33

(142) ગુજરાતમાં આવેલ કયા પર્વત જ્વાળામુખી પર્વતનું ઉદાહરણ છે.

(A) ચોટીલા (B) ગિરનાર

(C) પાવાગઢ (D) B અને C બંને

(143) કઈ બાબતની મદદથી નકશામાં પ્રાકૃતિક અને સંસ્કૃતિક વિગતો સરળતાથી દર્શાવી શકાય છે ?

(A) દિશા (B) સુઢ સંજ્ઞાઓ

(C) પ્રમાણમાપ (D) સ્થળ વર્ણન

(144) ભારત દેશ પૃથ્વી પર કયા ગોળાર્ધમાં આવેલ છે ?

(A) ઉત્તર - દક્ષિણ (B) ઉત્તર - પૂર્વ

(C) પૂર્વ - દક્ષિણ (D) પૂર્વ - ઉત્તર

(145) પાછા ફરતા મોસમી પર્વતો કયા ઋતુ દરમિયાન હોય છે ?

(A) હેમંત (B) વસંત

(C) શરદ (D) વર્ષા

(146) સરકાર કોને કેન્દ્રમાં રાખીને કાયદો બનાવે, કાયદામાં સુધારો કરે અને કાયદાનો અમલ કરાવે.

(A) દેશના લોકો (B) દેશની સંપત્તિ

(C) લોકોની માંગણી (D) બંધારણ

(147) એશિયાની સૌથી મોટી હૉસ્પિટલ કયા શહેરમાં આવેલી છે ?

(A) મુંબઈ (B) કલકતા

(C) દિલ્હી (D) અમદાવાદ

(148) કોઈ ચીજ વસ્તુઓ ખરીદી કર્યા પછી જો લાંબેગાળે પણ તમારા સ્વાસ્થ્યને નુકશાન થાય તો કયા અધિકાર મુજબ તમે ફરીયાદ કરી શકો ?

(A) સલામતીનો અધિકાર (B) પસંદગીનો અધિકાર

(C) સમાનતાનો અધિકાર (D) રજુઆતનો અધિકાર

(149) શ્રીગુપ્ત કયા વંશનો સ્થાપક હતો ?

(A) મગધવંશ (B) મૌર્યવંશ

(C) ગુપ્તવંશ (D) લોદીવંશ

(150) તુલસીદાસ લિખિત ગ્રંથ કયો છે ?

(A) બીજક (B) ગુરુ ગ્રંથસાહેબ

(C) રામચરિતમાનસ (D) અભિજ્ઞાન શાંકુન્તલમ્

◆◆◆